Microeconomia II

Monopólio, (in)eficiência e bem-estar social

João Ricardo Costa Filho

Leia os artigos, não fique só com os slides!!!!

Eficiência e bem-estar social

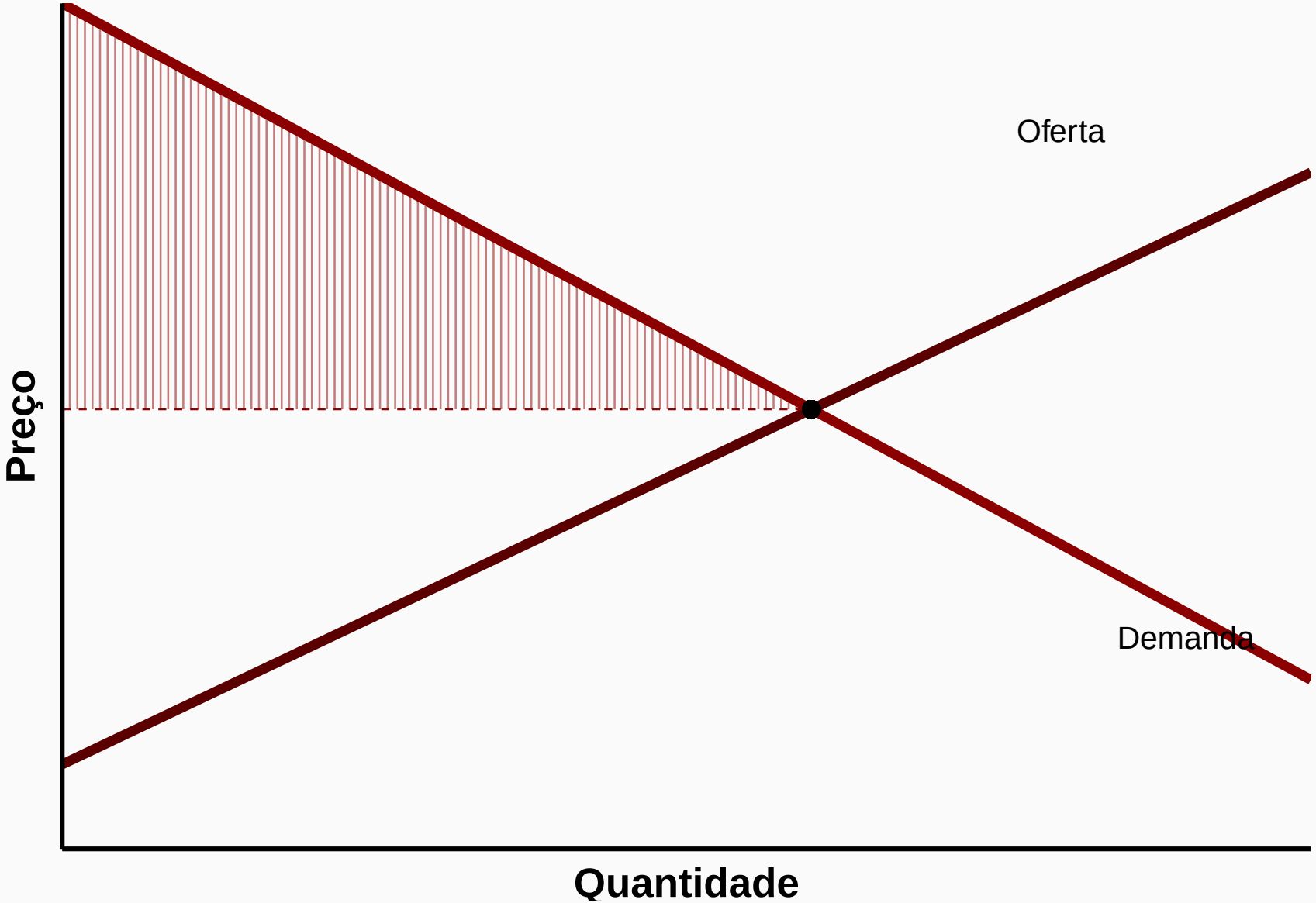

Ineficiência do Monopólio

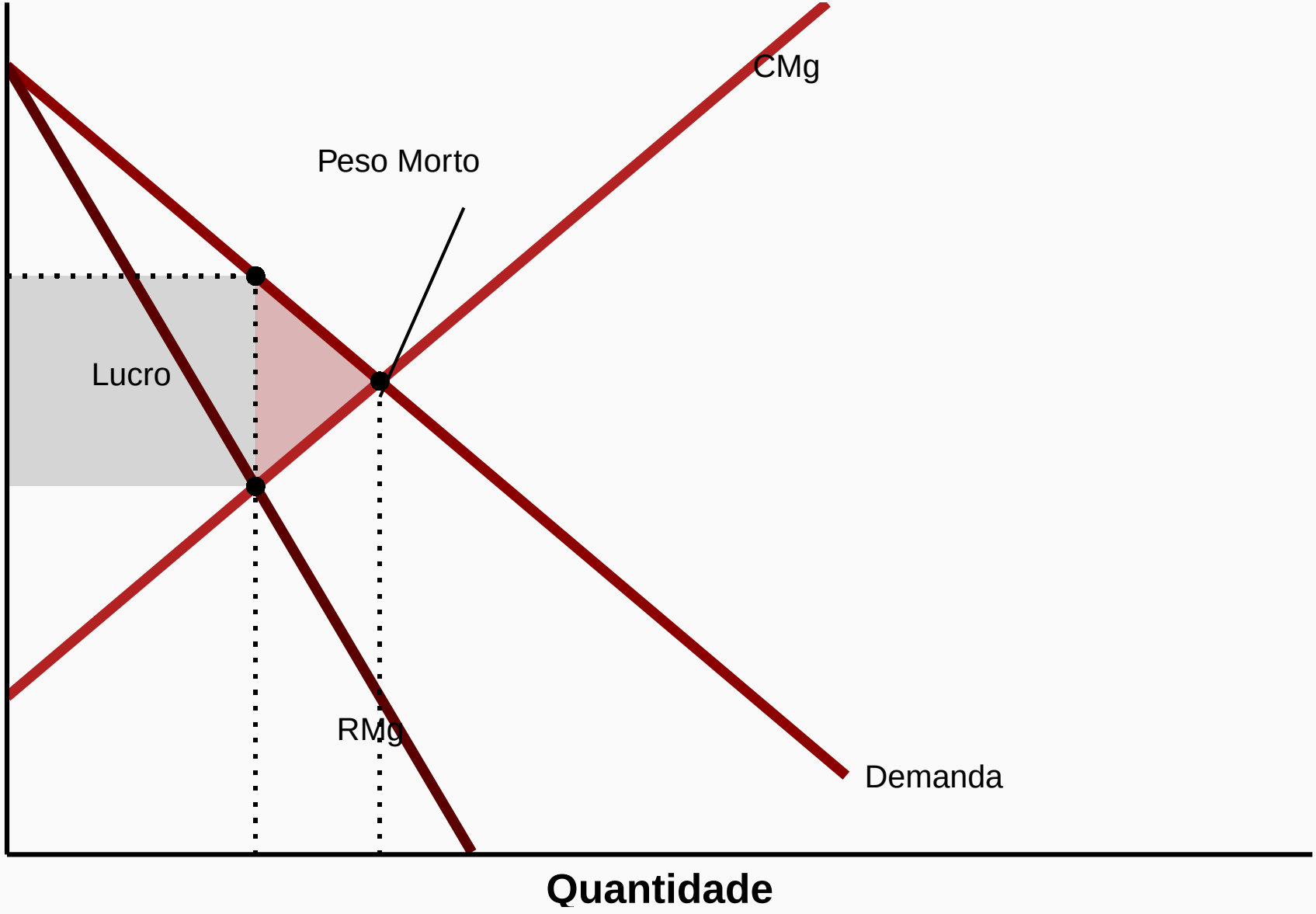

Ineficiência do Monopólio

- **Eficiência alocativa** – diferença entre P e CMg (decorre do poder de mercado).
  - Na competição perfeita: eficiência alocativa é máxima
  - No monopólio: a mais baixa eficiência alocativa (máxima ineficiência)
- **Eficiência produtiva** – menor esforço gerencial e produtivo. Na competição perfeita: eficiência produtiva é máxima (firmas ineficientes saem do mercado). No monopólio: não existe essa disciplina de mercado (máxima ineficiência).
- **Eficiência dinâmica** – firmas não são estimuladas a promoverem novos investimentos e inovações

Monopólio: o que fazer?

Temos quatro opções:

Monopólio: o que fazer?

Temos quatro opções:

- **Política antitruste**: controle de estruturas e de condutas, garantindo o funcionamento dos mecanismos de mercado.

Monopólio: o que fazer?

Temos quatro opções:

- **Política antitruste**: controle de estruturas e de condutas, garantindo o funcionamento dos mecanismos de mercado.
- **Regulação**: no caso de monopólio natural, uma agência reguladora pode substituir o mecanismo de mercado, por exemplo fixando os preços.

Monopólio: o que fazer?

Temos quatro opções:

- **Política antitruste**: controle de estruturas e de condutas, garantindo o funcionamento dos mecanismos de mercado.
- **Regulação**: no caso de monopólio natural, uma agência reguladora pode substituir o mecanismo de mercado, por exemplo fixando os preços.
- **Operação pelo Estado (empresas estatais)**: solução muito comum no caso de monopólios naturais (água, eletricidade), mas também usada em outros segmentos.

Monopólio: o que fazer?

Temos quatro opções:

- **Política antitruste**: controle de estruturas e de condutas, garantindo o funcionamento dos mecanismos de mercado.
- **Regulação**: no caso de monopólio natural, uma agência reguladora pode substituir o mecanismo de mercado, por exemplo fixando os preços.
- **Operação pelo Estado (empresas estatais)**: solução muito comum no caso de monopólios naturais (água, eletricidade), mas também usada em outros segmentos.
- Nada.

Regulação do monopólio

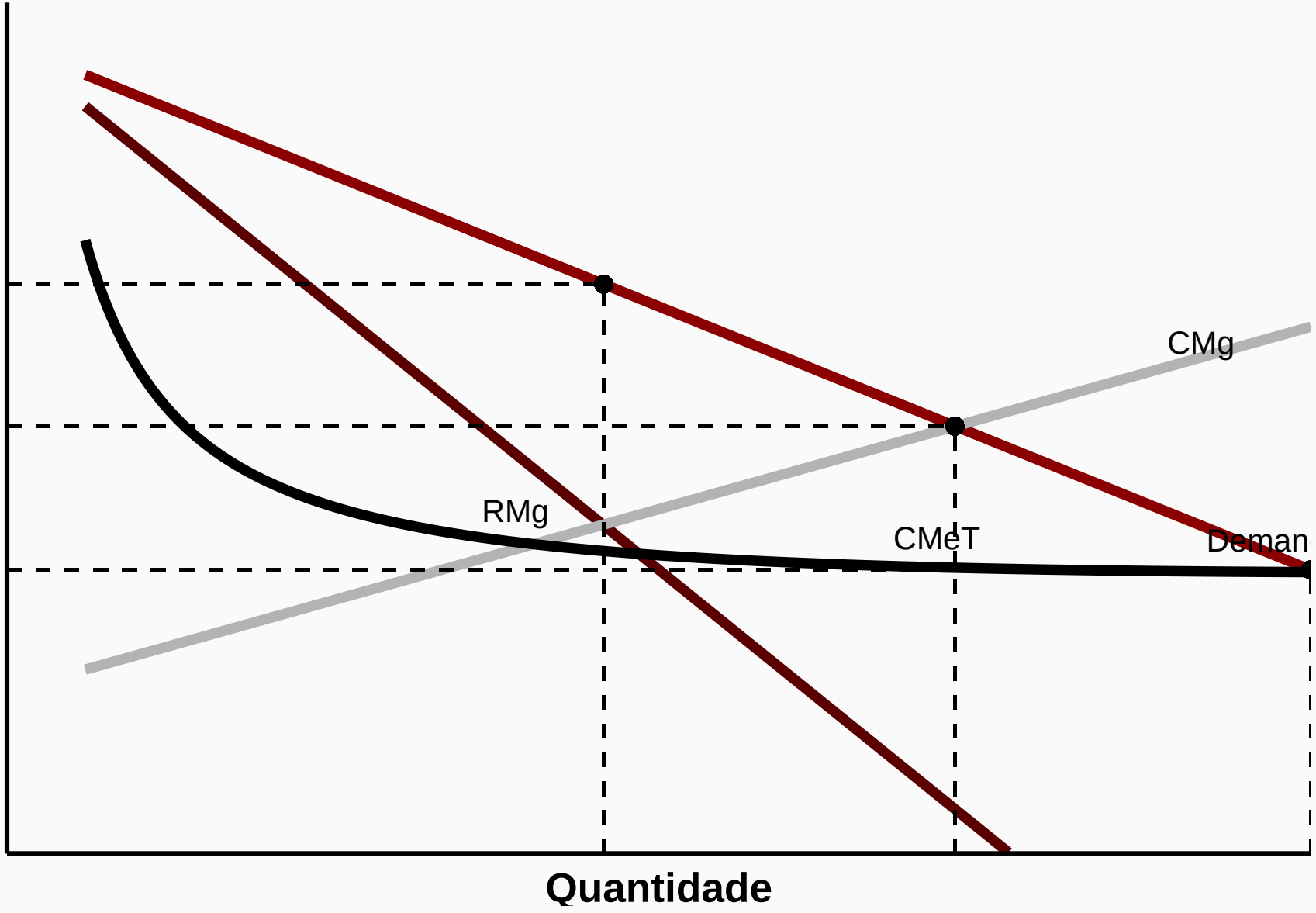

Mercado Relevante

Mercado Relevante

"É o menor grupo de produtos e a menor área geográfica necessários para que um suposto monopolista esteja em condições de impor um aumento de preços, ainda que pequeno, porém significativo e não transitório" (SDE)

Mercado Relevante

"É o menor grupo de produtos e a menor área geográfica necessários para que um suposto monopolista esteja em condições de impor um aumento de preços, ainda que pequeno, porém significativo e não transitório" (SDE)

Dimensões do mercado relevante:

Mercado Relevante

"É o menor grupo de produtos e a menor área geográfica necessários para que um suposto monopolista esteja em condições de impor um aumento de preços, ainda que pequeno, porém significativo e não transitório" (SDE)

Dimensões do mercado relevante:

- Geográfica – a menor área

Mercado Relevante

"É o menor grupo de produtos e a menor área geográfica necessários para que um suposto monopolista esteja em condições de impor um aumento de preços, ainda que pequeno, porém significativo e não transitório" (SDE)

Dimensões do mercado relevante:

- Geográfica – a menor área
- Produtos – o menor grupo de produtos

Mercado Relevante

"É o menor grupo de produtos e a menor área geográfica necessários para que um suposto monopolista esteja em condições de impor um aumento de preços, ainda que pequeno, porém significativo e não transitório" (SDE)

Dimensões do mercado relevante:

- Geográfica – a menor área
- Produtos – o menor grupo de produtos

Pergunta chave: há substitutibilidade / elasticidade cruzada?

Exercício

Uma empresa monopolista possui uma curva de custos totais representada por: $CT(y) = 50 + 2y$. A curva de demanda da empresa é expressa através da igualdade $Q = 1.100\breve{}100P$. a) Qual a quantidade que deveria ser produzida para obter o lucro máximo? Qual o valor desse lucro? b) Qual é o excedente do consumidor? c) Qual a quantidade que deveria ser produzida se fosse uma concorrência perfeita? Nesse caso, qual seria o valor do excedente do consumidor?

Exercício – Desafio

Mostre que $RMg < RMe$. Utilize uma demanda linear.

Determinação de preço no monopólio

$$RT = P(Q)Q$$

$$RMg = \frac{d(RT)}{dQ} = \frac{d(P(Q)Q)}{dQ}$$

$$RMg = \frac{dP}{dQ}Q + P = \frac{dP}{dQ}\frac{Q}{P}P + P$$

$$\text{Como } E_d = \frac{dQ}{dP}\frac{P}{Q}$$

$$RMg = \frac{P}{E_d} + P$$

$$RMg = \frac{P}{E_d} + P = CMg$$

1º resultado

$$P - CMg = -\frac{P}{E_d}$$

$$\frac{P - CMg}{P} = -\frac{1}{E_d}$$

2º resultado

$$P\left(\frac{1}{E_d} + 1\right) = CMg$$

$$P = \frac{CMg}{1 + \frac{1}{E_d}}$$

Referência