Princípios de Macroeconomia

O mercado de trabalho e o desemprego

João Ricardo Costa Filho

Leia os livros, não fique só com os slides!!!!

Os dados sobre o mercado de trabalho em diferentes países

O nível médio de emprego é diferente entre os países?

O nível médio de desemprego é diferente entre os países?

É possível que o emprego diminua e, ao mesmo tempo, a taxa de desemprego caia?

Como se mede o desemprego?

Como se mede o desemprego?

- **PIA**: População em Idade Ativa

Como se mede o desemprego?

- **PIA**: População em Idade Ativa
- **PEA**: População Economicamente Ativa

Como se mede o desemprego?

- **PIA**: População em Idade Ativa
- **PEA**: População Economicamente Ativa
  - Taxa de participação $= \frac{\text{PEA}}{\text{PIA}}$

Como se mede o desemprego?

- **PIA**: População em Idade Ativa
- **PEA**: População Economicamente Ativa
  - Taxa de participação $= \frac{\text{PEA}}{\text{PIA}}$
- **Empregados (ocupados)**

Como se mede o desemprego?

- **PIA**: População em Idade Ativa
- **PEA**: População Economicamente Ativa
  - Taxa de participação $= \frac{\text{PEA}}{\text{PIA}}$
- **Empregados (ocupados)**
  - Taxa de emprego $= \frac{\text{Empregados}}{\text{PEA}}$

Como se mede o desemprego?

- **PIA**: População em Idade Ativa
- **PEA**: População Economicamente Ativa
  - Taxa de participação $= \frac{\text{PEA}}{\text{PIA}}$
- **Empregados (ocupados)**
  - Taxa de emprego $= \frac{\text{Empregados}}{\text{PEA}}$
- **Desempregados (desocupados)**

Como se mede o desemprego?

- **PIA**: População em Idade Ativa
- **PEA**: População Economicamente Ativa
  - Taxa de participação $= \frac{\text{PEA}}{\text{PIA}}$
- **Empregados (ocupados)**
  - Taxa de emprego $= \frac{\text{Empregados}}{\text{PEA}}$
- **Desempregados (desocupados)**
  - Taxa de desemprego $= \frac{\text{Desempregados}}{\text{PEA}} = 1 - \frac{\text{Empregados}}{\text{PEA}}$

Taxa de desemprego

Taxa de desocupação sazonalmente ajustada.
Áreas hachuradas representam recessões. Fonte: Ipeadata e CODACE.

Agora, já temos modelos para dois mercados:

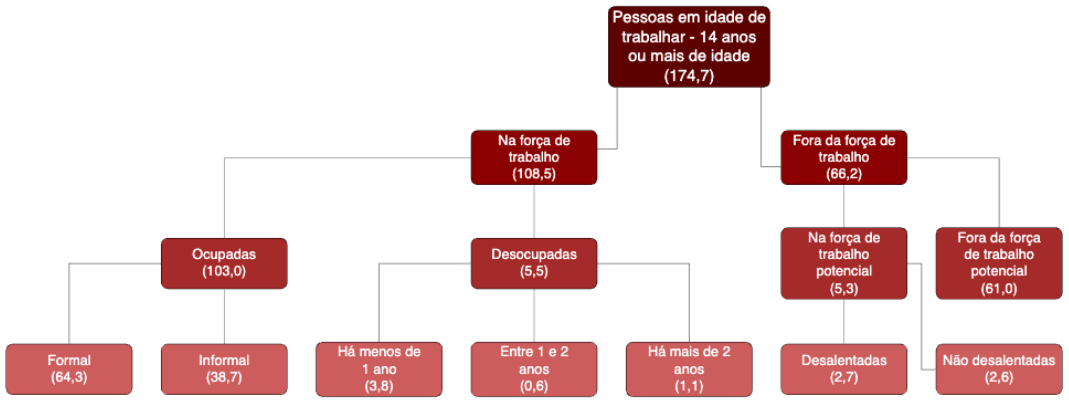
Pessoas em idade de trabalhar - 14 anos ou mais de idade (174,7)
Na força de trabalho (108,5)
Fora da força de trabalho (66,2)
Ocupadas (103,0)
Desocupadas (5,5)
Na força de trabalho potencial (5,3)
Fora da força de trabalho potencial (61,0)
Formal (64,3)
Informal (38,7)
Há menos de 1 ano (3,8)
Entre 1 e 2 anos (0,6)
Há mais de 2 anos (1,1)
Desalentadas (2,7)
Não desalentadas (2,6)

Os tipos de desemprego

- **Desemprego friccional**: surge como resultado das dificuldades em acomodar as mudanças dos trabalhadores entre empregos.

Os tipos de desemprego

- **Desemprego friccional**: surge como resultado das dificuldades em acomodar as mudanças dos trabalhadores entre empregos.
- **Desemprego estrutural**: emerge em função da dificuldade institucionais (estruturais) em relacionar trabalhadores às vagas existentes.

Os tipos de desemprego

- **Desemprego friccional**: surge como resultado das dificuldades em acomodar as mudanças dos trabalhadores entre empregos.
- **Desemprego estrutural**: emerge em função da dificuldade institucionais (estruturais) em relacionar trabalhadores às vagas existentes.
- **Desemprego cíclico**: está associado à dinâmica conjuntural da economia.

Os tipos de desemprego

$$\text{Desemprego}_t = \underbrace{\text{Friccional}_t + \text{Estrutural}_t}_{\text{Natural}_t} + \text{Cíclico}_t$$

Mercado de trabalho em concorrência perfeita

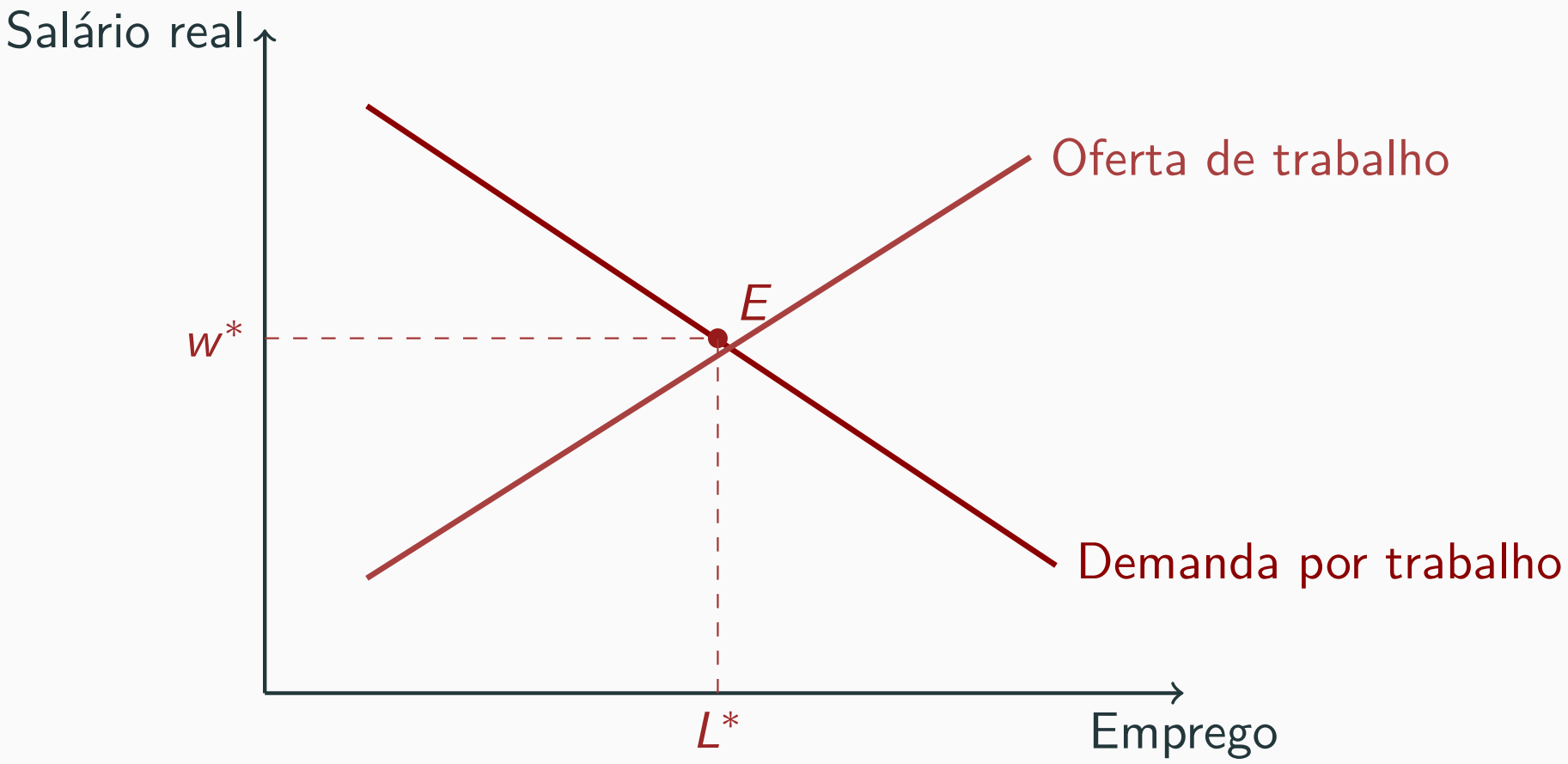

Imperfeição e desemprego

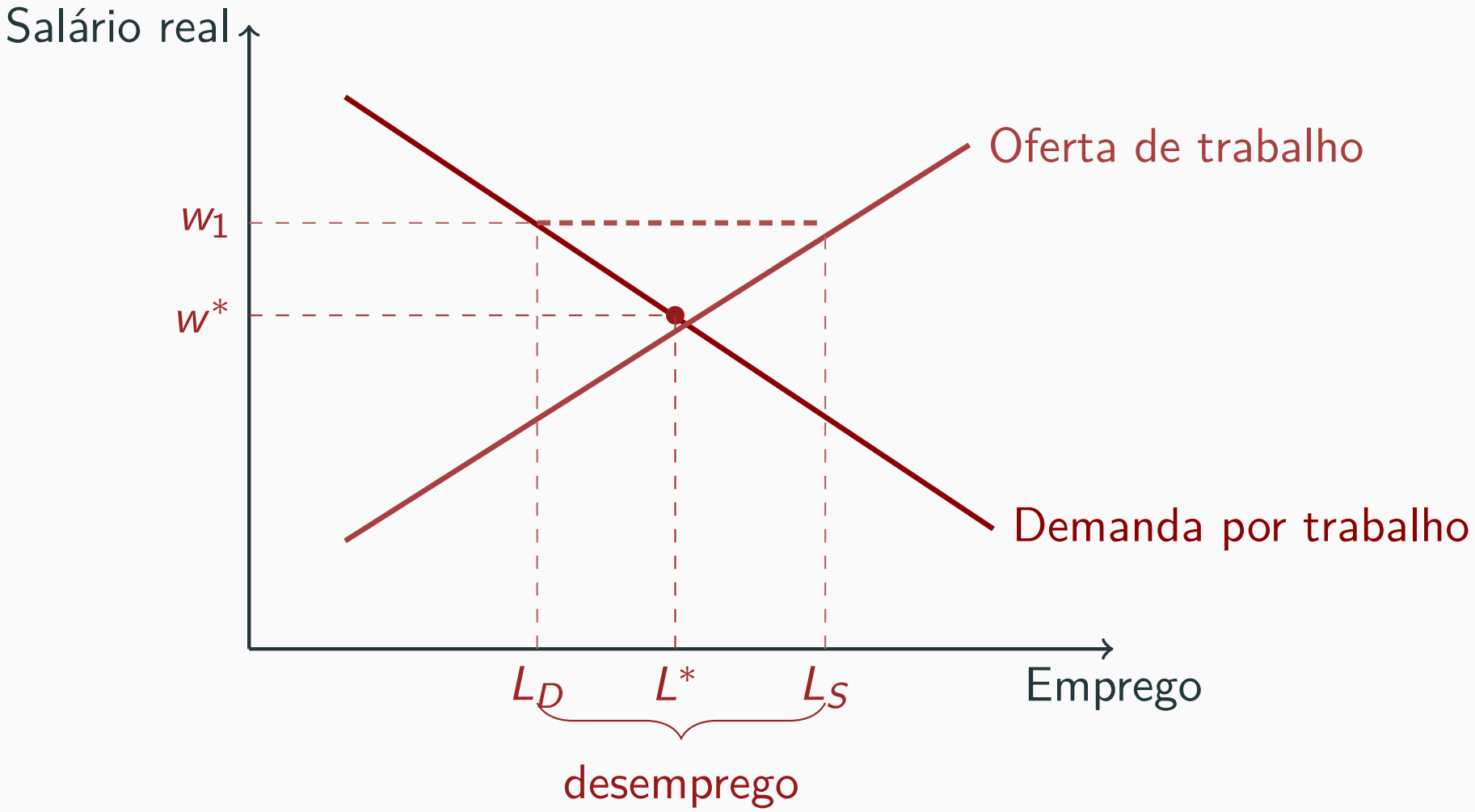

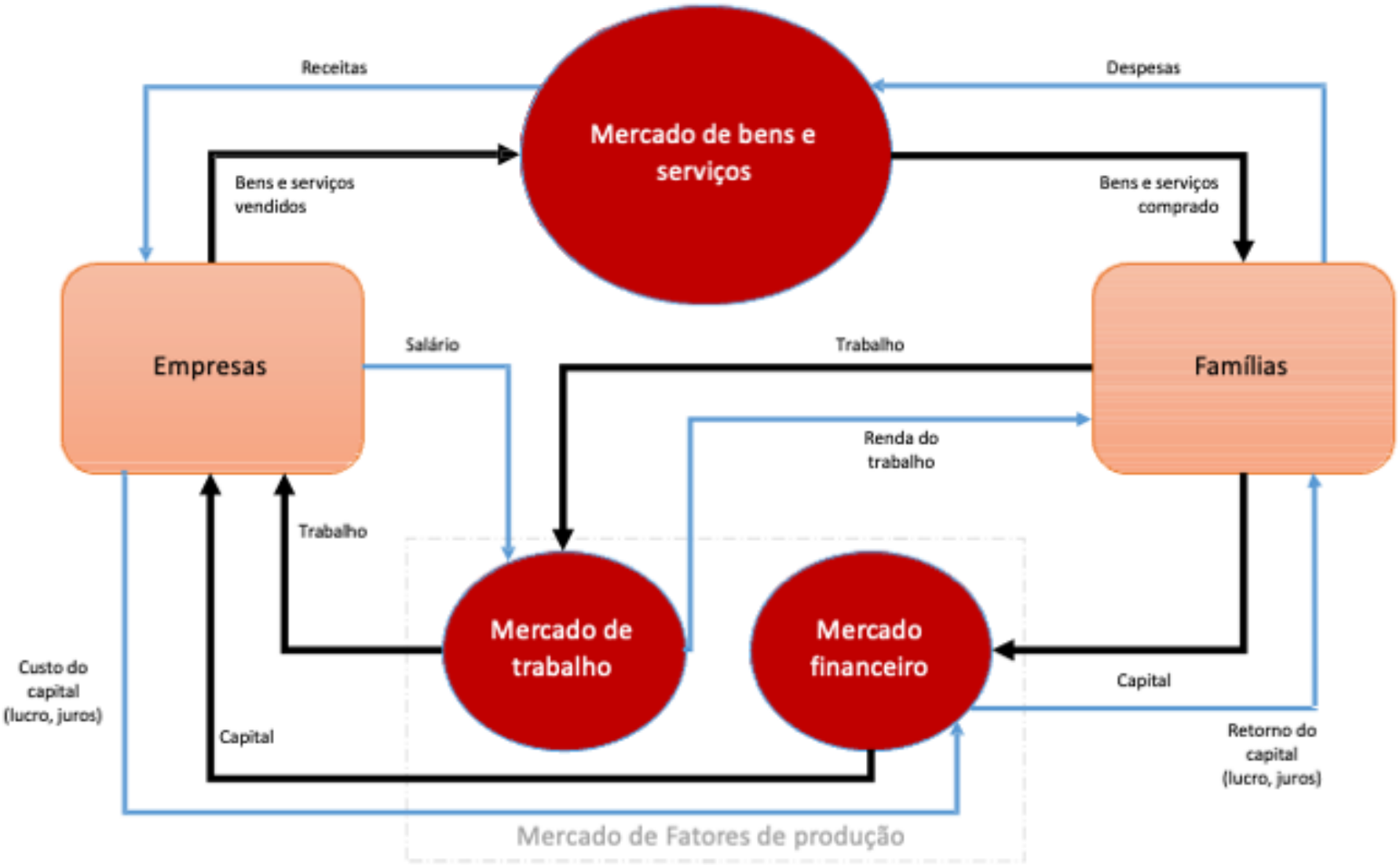
Receitas
Despesas
Mercado de bens e serviços
Bens e serviços vendidos
Bens e serviços comprado
Empresas
Famílias
Salário
Trabalho
Renda do trabalho
Trabalho
Mercado de trabalho
Mercado financeiro
Custo do capital (lucro, juros)
Capital
Capital
Retorno do capital (lucro, juros)
Mercado de Fatores de produção

Exercícios

Exercício 1

Em 2024, uma economia tinha: PIA = 180 milhões; PEA = 126 milhões; Ocupados = 117 milhões; Desocupados = 9 milhões. Em 2025, a PIA subiu para 184 milhões e a taxa de participação passou para 68%. Ao mesmo tempo, o número de ocupados subiu para 121 milhões.

a) Calcule a PEA em 2025.
b) Calcule o número de desocupados em 2025
c) Calcule a taxa de desemprego em 2024 e em 2025.

Exercício 2

Entre dois anos, os dados de um país evoluíram da seguinte forma:

- Ano 1: PIA = 200 milhões, PEA = 134 milhões e ocupados = 124 milhões.
- Ano 2: PIA = 204 milhões, população fora da força de trabalho = 65 milhões e desocupados = 11 milhões.

a) Calcule a população fora da força de trabalho no Ano 1.
b) Calcule a PEA no Ano 2.
c) Calcule o número de ocupados no Ano 2.
d) Compare a taxa de participação e a taxa de desemprego entre o Ano 1 e o Ano 2.

Exercício 3

Suponha que o mercado de trabalho seja descrito por:

$$L_D = 120 - 2w$$
$$L_S = 20 + w$$

onde L é o emprego e w é o salário real. Assuma uma rigidez que impornha $\overline{w} = 40$.

a) Encontre o salário e o nível de emprego de equilíbrio competitivo.
b) Calcule a quantidade de trabalho demandada com a imperfeição no mercado de trabalho.
c) Calcule a quantidade de trabalho ofertada com a com a imperfeição no mercado de trabalho.

4) Determine o nível de desemprego gerado por essa imperfeição.

Referências i